Operációs rendszerek BSc

6. Gyakorlat

2026. 03. 26.

Készítette:Répási Levente Ádám

Szak:PTI

Neptunkód:
E9SHD7

Sárospatak, 2026

1. Készítse el szerkesztőprogram segítségével a Bach állapotdiagrammot!

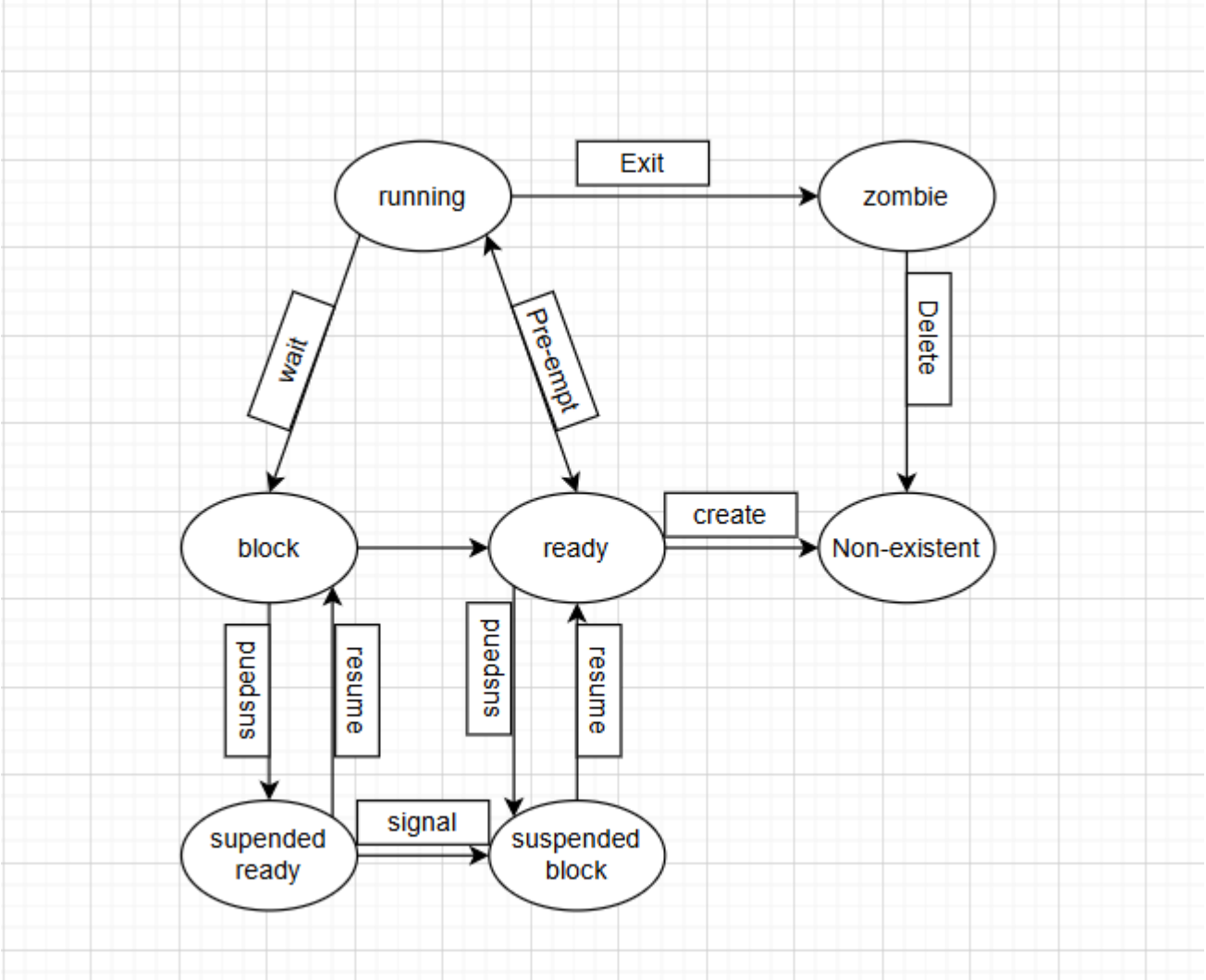

2.Task

Adott a következő ütemezési feladat, amit a FCFS, SJF és RR ütemezési algoritmus használatával készítsen el (külön-külön táblázatba):

Határozza meg FCFS, SJF és RR esetén

a.) A befejezési időt?

b.) A várakozási/átlagos várakozási időt?

c.) Ábrázolja Gantt diagram segítségével az aktív/várakozó processzek futásának menetét!

d.) Határozza meg a processzek végrehajtási sorrendjét!

FCFS	P1	P2	P3	P4	P5
Érkezés	0	1	3	9	12
CPU idő	3	8	2	20	5
Indulás	0	3	11	13	33
Befejezés	3	11	13	33	38
Várakozás	0	2	8	4	21

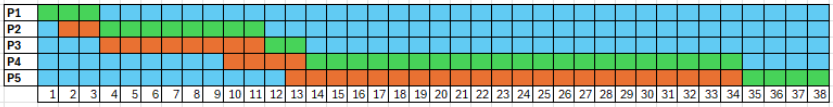

Átlagos várakozás: 35/5

Végrehajtási sorrend: P1-P2-P3-P4-P5

SJF	P1	P2	P3	P4	P5
Érkezés	0	1	3	9	12
CPU idő	3	8	2	20	5
Indulás	0	5	3	18	13
Befejezés	3	13	5	38	18
Várakozás	0	4	0	9	1

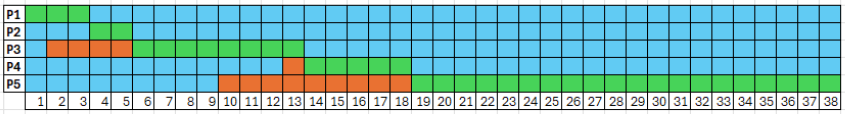

Átlagos várakozási idő: 14/5
Végrehajtási sorrend: P1-P3-P2-P5-P4

RR: 5 ms	Round Robin				
	P1	P2	P3	P4	P5
Érkezés	0	1	3	9	12
CPU idő	3	8	2	20	5
Indulás	0	3	8	13	18
Befejezés	3	23	10	38	20
Várakozás	0	14	5	9	3

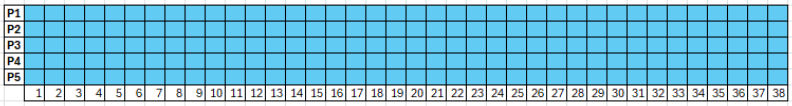

Átlagos várakozási idő: 32/5
Végrehajtási sorrend: P1-P3-P5-P2-P4